almeria solutions informatiques	**La gestion de Projet applications**	
Travailler en mode projet ♣ Analyser les objectifs et les modalités d'organisation d'un projet ♣ Planifier les activités ♣ Évaluer les indicateurs de suivi d'un projet et analyser les écarts	Les objectifs et les modalités d'organisation du projet sont explicités. L'analyse des besoins et de l'existant est pertinente. Les activités personnelles sont planifiées selon une méthodologie donnée et les ressources humaines, matérielles et logicielles nécessaires sont mobilisées de manière efficace et pertinente. Le découpage en tâches est réaliste. Les livrables sont conformes. Le projet est documenté. Un compte rendu clair et concis est réalisé et les écarts sont justifiés. La communication écrite et orale est adaptée à l'interlocuteur.	**Savoirs technologiques** Planification de projet : approche prédictive et séquentielle. Outil de gestion de projet : fonctionnalités et paramétrage

Auteur : V. Le Berre

Exercice 1 Diagramme de Gantt et Histogramme des ressources

1 – Réaliser le diagramme de Gantt

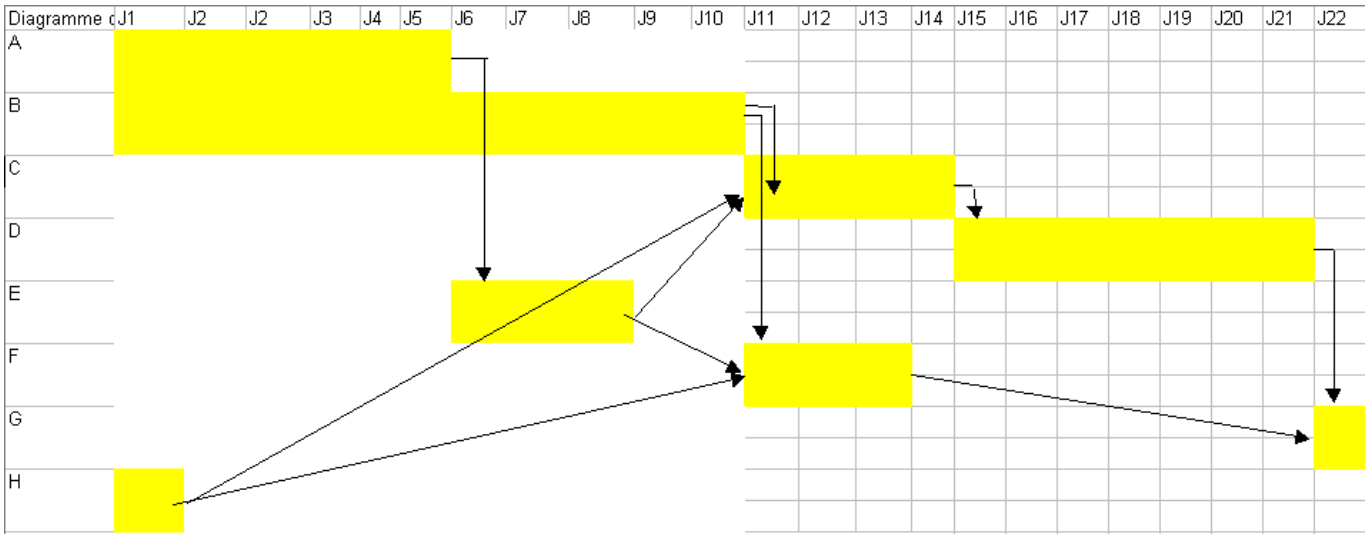

2 – Effectuer l'histogramme des ressources

							E	E	E			F	F	F									
	B	B	B	B	B	B	E	E	E			C	C	C	C								G
	B	B	B	B	B	B	B	B	B	B	B	C	C	C	C	D	D	D	D	D	D	D	G
	B	B	B	B	B	B	B	B	B	B	B	C	C	C	C	D	D	D	D	D	D	D	G
HOMME	A	A	A	A	A	A	B	B	B	B	B	C	C	C	C	D	D	D	D	D	D	D	G

Par manque de moyen humain, le projet est retardé de 3 jours

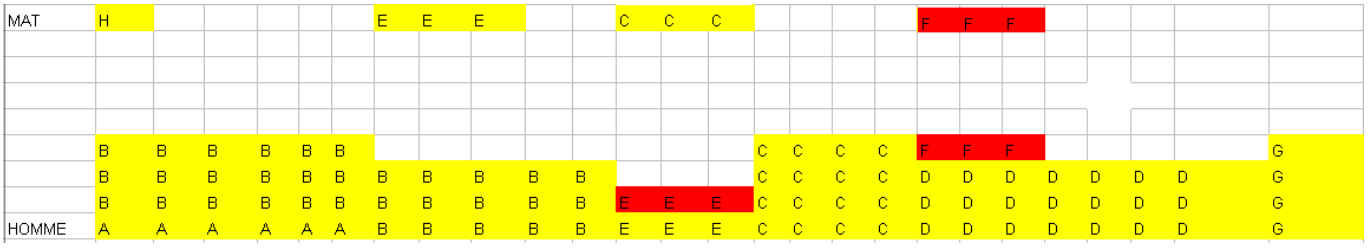

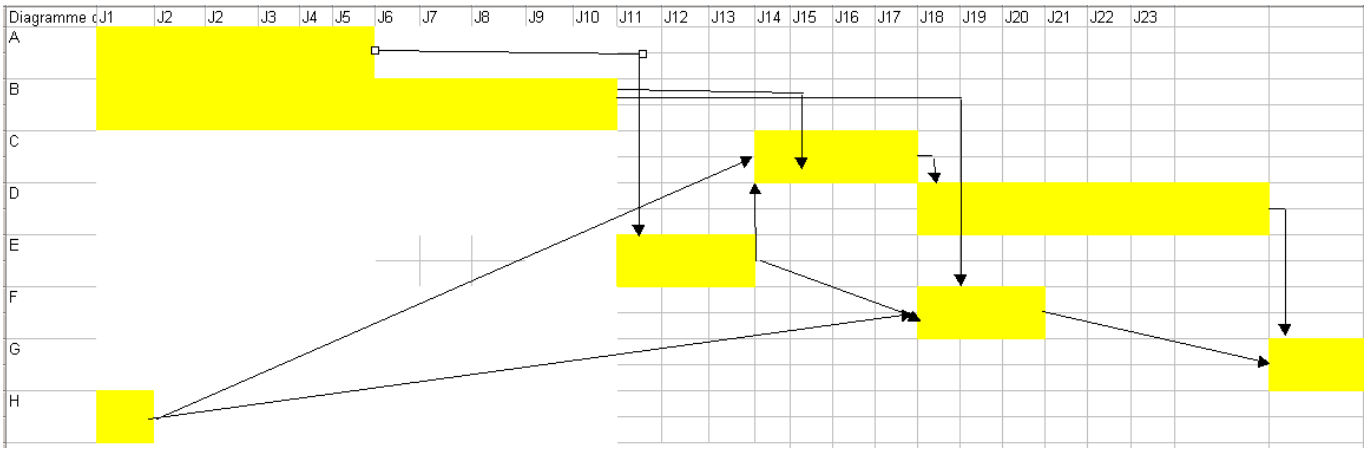

3 – déterminer le chemin critique

E est passé dans le chemin critique BECDG

Exercice 2 PERT

Numéro	Description	Tâches précédentes	Durée
1	Constitution de l'équipe et répartition des tâches	2	1 jour
2	Analyse préalable	/	5 jours
3	Analyse conceptuelle	1	8 jours
4	Développement des applications	3	9 jours
5	Commande des matériels et logiciels	2	1 jour
6	Livraison des matériels par les fournisseurs	5	10 jours
7	Installation du matériel chez le client	6	2 jours
8	Installation des applications sur le matériel	7, 9	1 jour
9	Test des applications	4	4 jours
10	Test du projet sur site	8	2 jours
11	Réception du projet	10	1 jour
12	Formation des utilisateurs	11	2 jours

1 - Etablir le PERT correspondant.

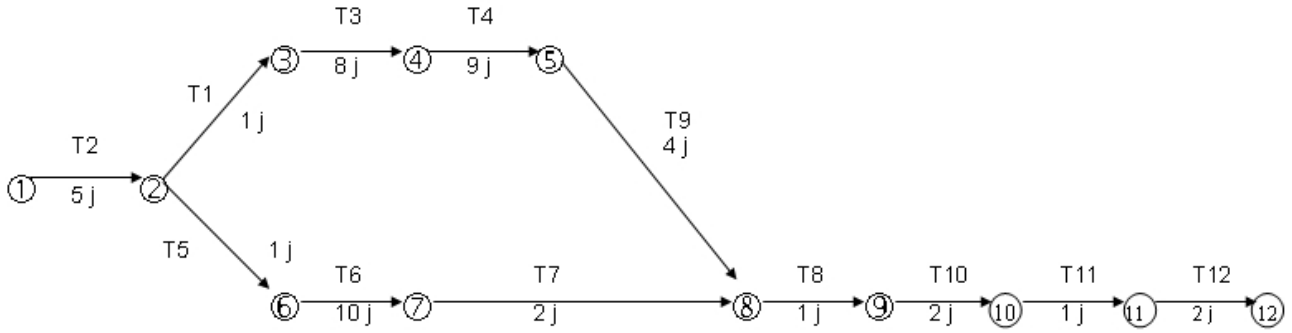

2 - Déterminer le Chemin critique

On reconnaît le chemin critique par le fait que les tâches qui le composent ont les mêmes dates au plus tôt et au plus tard.
Ici il est composé des **tâches 2 - 1 - 3 - 4 - 9 - 8 - 10 - 11 - 12**.

Date au plus tôt, au plus tard :

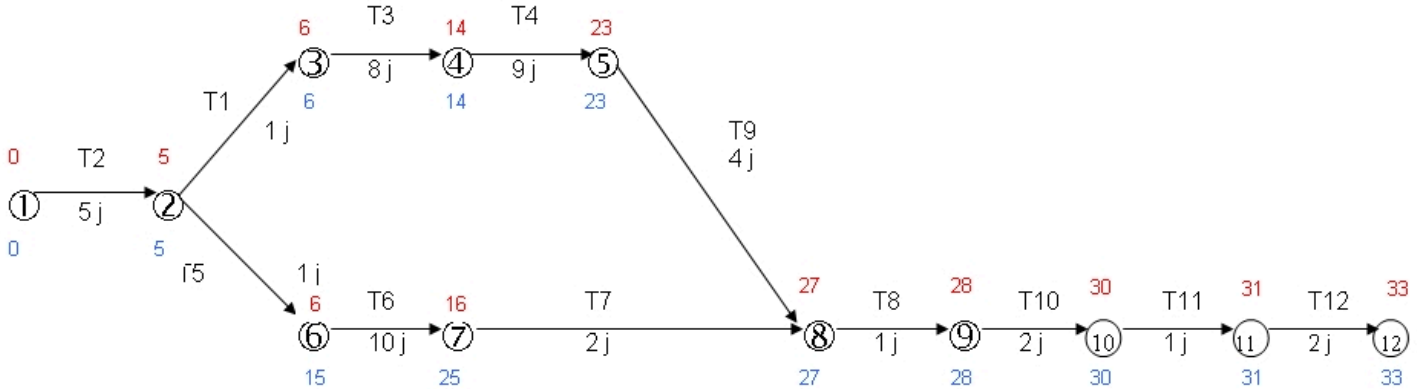

Exercice 3 : réalisation d'un Gantt

Ce projet comporte 12 tâches distinctes repérées par une lettre.
L'effectif (personnel nécessaire à la réalisation de la tâche), la durée des tâches ainsi que les antériorités nécessaires sont indiquées ci-dessous.

Tâche	Durée (jours)	Effectif	Antécédents
A	3	5	
B	1	2	A
C	5	3	A
D	6	2	B
E	4	4	B
F	2	3	C.D.I
G	9	4	E.F
H	5	4	
I	8	4	H
J	2	2	H
K	3	2	I
L	7	4	J.K

Réaliser le diagramme de Gantt en tenant compte de l'effectif maximum de 6 personnes affectée . D'autre part il existe une contrainte disjonctive entre la tâche C et I car ces 2 tâches ne peuvent être menées en parallèle.

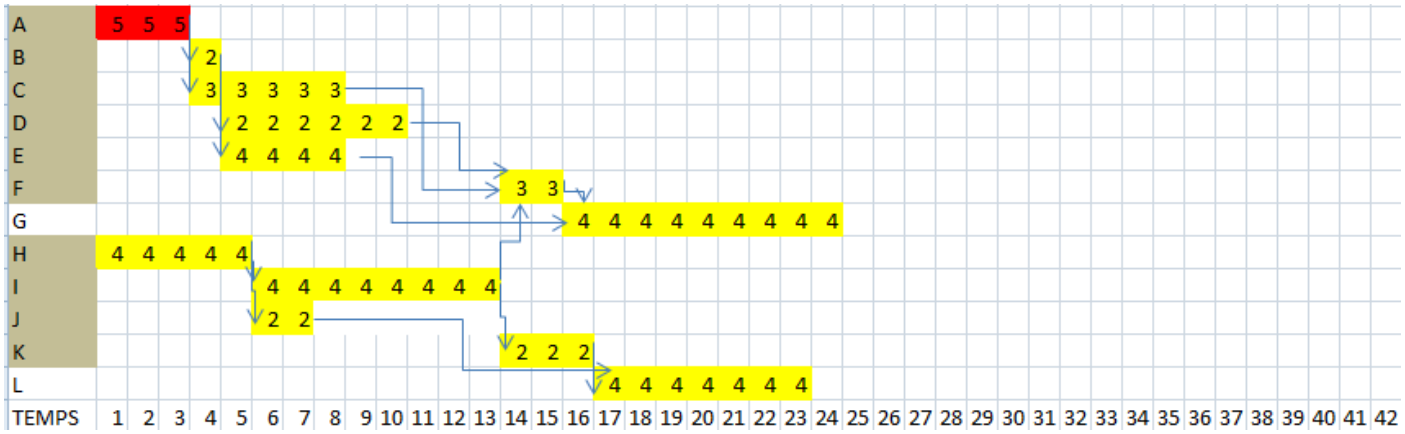

Tâche A doit être seule car prend 5 ressources homme/B/C /H

Tâche I et C disjonctive

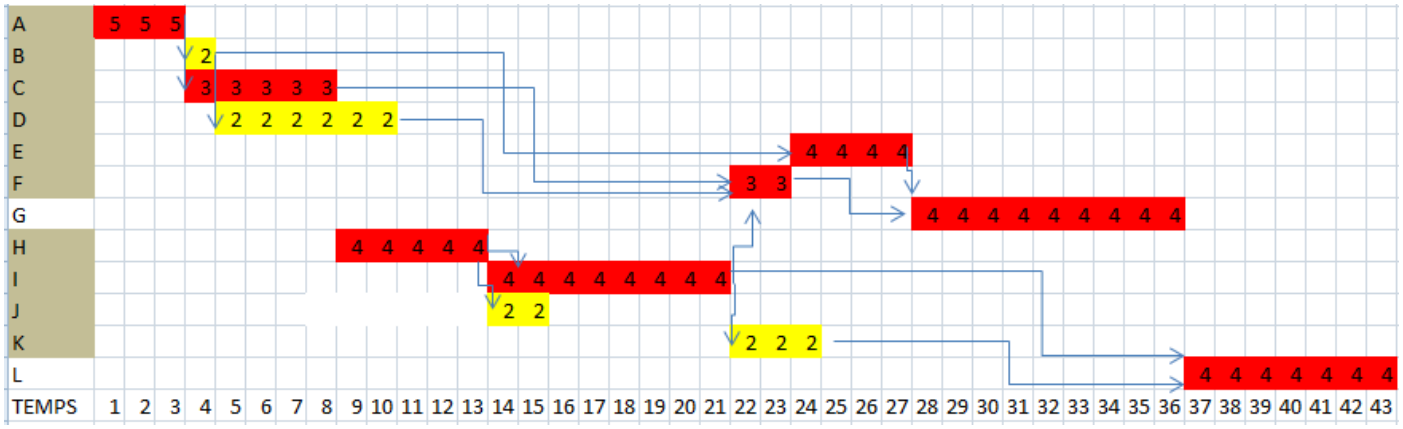

HOMME																																													
6									D	D				J	J									E																					
5	A	A	A	B	D	D	D	D	D	D				J	J							F	F	E																					
4	A	A	A	B	D	D	D	D	H	H	H	H	H	I	I	I	I	I	I	I	I	F	F	E	E	E	E	G	G	G	G	G	G	G	G	L	L	L	L	L	L	L
3	A	A	A	C	C	C	C	C	H	H	H	H	H	I	I	I	I	I	I	I	I	F	F	E	E	E	E	G	G	G	G	G	G	G	G	L	L	L	L	L	L	L
2	A	A	A	C	C	C	C	C	H	H	H	H	H	I	I	I	I	I	I	I	I	K	K	K	E	E	E	G	G	G	G	G	G	G	G	L	L	L	L	L	L	L
1	A	A	A	C	C	C	C	C	H	H	H	H	H	I	I	I	I	I	I	I	I	K	K	K	E	E	E	G	G	G	G	G	G	G	G	L	L	L	L	L	L	L